Exercícios:

Exercício 31:

Crie uma aplicação que receba um número e imprima sua raiz quadrada.
SAÍDA:

A raiz quadrada de no número .... é ...

Exercício 32:

Crie uma aplicação que receba um número e imprima seu valor elevado a 2, elevado a 3, elevado a 4 e elevado a 5.
SAÍDA:

O número digitado foi ... E seu valor elevado a 2 é ..., elevado a 3 é ..., ...

Exercício 33:

Crie uma aplicação que receba um número e imprima sua raiz quadrada e sua raiz cúbica.
SAÍDA:

O número digitado foi ...
Sua raiz cúbica é ...
Sua raiz quadrada é ...

Exercício 34:

Crie uma aplicação que receba com quatro números e imprimir a média ponderada, sabendo-se que os pesos são respectivamente 1, 2, 3 e 4.

Exercício 35:

Crie uma aplicação que receba o raio de uma circunferência e calcule a área e o perímetro do círculo correspondente.

A fórmula para se calcular a área da circunferência é : $\mathrm{A} = \pi * \mathrm{raio}^2$

A fórmula para se calcular o perímetro da circunferência é : $P = 2 * \pi * \mathrm{r}$

Exercício 36:

Crie uma aplicação que receba os lados A, B e C de um paralelepípedo.

Calcular e imprimir o volume.

- Volume = A * B * C

Exercício 37:

Crie uma aplicação para calcular a área de um trapézio qualquer (figura meramente ilustrativa).

Área = ((b + B) * h) / 2

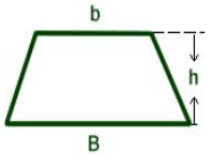

Exercício 38:

Crie uma aplicação que possa calcular o volume de um prisma de base triangular (figura meramente ilustrativa).

Para calcular a área de um triângulo utilize a fórmula "(base * altura)/2".

Volume = área da base x altura.

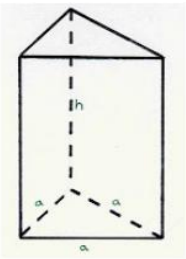

Exercício 39:

Crie uma aplicação que possa calcular a área de uma coroa de forma circular (figura meramente ilustrativa).

Área da circunferência = PI * raio^2

Área = (Área da circunferência Maior) – (Área da circunferência menor)

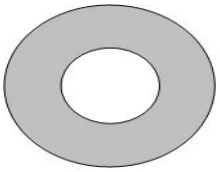

Exercício 40:

Crie uma aplicação que possa calcular o volume de um cilindro (figura meramente ilustrativa).

Área da base = área da circunferência

Volume = área da base x altura

Exercício 41:

Crie uma aplicação para calcular o volume e a área de uma esfera (figura meramente ilustrativa).

Área = 4 * PI * r^2
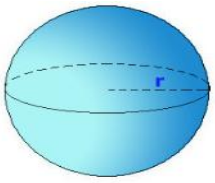
Volume = (4 * pi * r^3) / 3